Faculdade de Americana (Fam)

Professor(a): Profa. Mariana C. P. Morillo

Disciplina: Termodinâmica _____

Curso: _____

Aluno(a): _____

RA: _____ Turma: _____ Data: _____

Nota

Instruções:

1. Use caneta preta ou azul. 2. Celulares desligados.

1. **(1.0 pontos)** Qual das equações abaixo representa a Primeira Lei da Termodinâmica para um sistema fechado, sabendo que Q é o calor transferido para o sistema, W é o trabalho realizado pelo sistema e ΔU é a variação da energia interna?
   A. $\Delta U = 0$
   B. $Q = W$
   C. $\Delta U = Q - W$
   D. $W = Q - \Delta U$
   E. $\Delta U = Q + W$

2. **(1.0 pontos)** sqsqsq

   q6.png

   A. q
   B. q
   C. q
   D. q
   E. q

3. **(1.0 pontos)**
   A. a
   B. a
   C. a
   D. a
   E. a

4. **(1.0 pontos)** eqeweqwewqqwe
   A. q
   B. eq
   C. w
   D. eeqewqe
   E. e

5. **(1.0 pontos)** dwdedwed
   A. eq
   B. e
   C. q
   D. w
   E. e

6. **(1.0 pontos)** "Determine a pressão no ponto A do manômetro em U mostrado na figura. Considere g=9,81m/s 2 e a densidade do mercúrio Hg

   =13600kg/m 3 ."

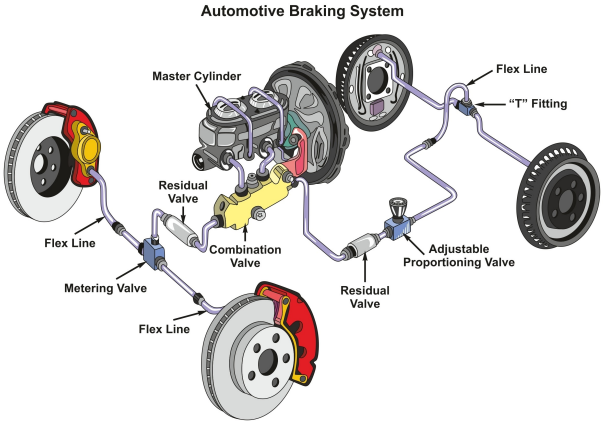
Automotive Braking System
Master Cylinder
Flex Line
"T" Fitting
Residual Valve
Flex Line
Combination Valve
Adjustable Proportioning Valve
Metering Valve
Residual Valve
Flex Line

CARTÃO RESPOSTA OFICIAL

VERSÃO: A

RA DO ALUNO

0	1	2	3
0	0	0	0
1	1	1	1
2	2	2	2
3	3	3	3
4	4	4	4
5	5	5	5
6	6	6	6
7	7	7	7
8	8	8	8
9	9	9	9

RESPOSTAS OBJETIVAS

1.	A	B	C	D	E
2.	A	B	C	D	E
3.	A	B	C	D	E
4.	A	B	C	D	E
5.	A	B	C	D	E

Faculdade de Americana (Fam)

Professor(a): Profa. Mariana C. P. Morillo

Disciplina: Termodinâmica _____

Curso: _____

Aluno(a): _____

RA: _____ Turma: _____ Data: _____

Nota

Instruções:

1. Use caneta preta ou azul. 2. Celulares desligados.

1. **(1.0 pontos)** Qual das equações abaixo representa a Primeira Lei da Termodinâmica para um sistema fechado, sabendo que Q é o calor transferido para o sistema, W é o trabalho realizado pelo sistema e ΔU é a variação da energia interna?
   A. $\Delta U = 0$
   B. $Q = W$
   C. $\Delta U = Q - W$
   D. $W = Q - \Delta U$
   E. $\Delta U = Q + W$

2. **(1.0 pontos)** sqsqsq

   q6.png

   A. q
   B. q
   C. q
   D. q
   E. q

3. **(1.0 pontos)**
   A. a
   B. a
   C. a
   D. a
   E. a

4. **(1.0 pontos)** eqeweqwewqqwe
   A. q
   B. eq
   C. w
   D. eeqewqe
   E. e

5. **(1.0 pontos)** dwdedwed
   A. eq
   B. e
   C. q
   D. w
   E. e

6. **(1.0 pontos)** "Determine a pressão no ponto A do manômetro em U mostrado na figura. Considere g=9,81m/s 2 e a densidade do mercúrio Hg

   =13600kg/m 3 ."

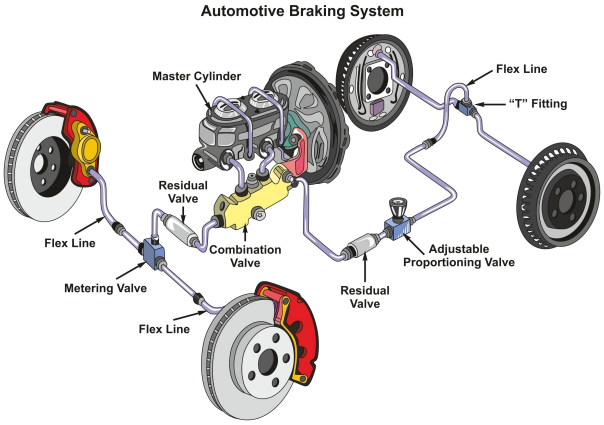
Automotive Braking System
Master Cylinder
Flex Line
"T" Fitting
Residual Valve
Flex Line
Combination Valve
Adjustable Proportioning Valve
Metering Valve
Residual Valve
Flex Line

CARTÃO RESPOSTA OFICIAL

VERSÃO: A

RA DO ALUNO

0	1	2	3
0	0	0	0
1	1	1	1
2	2	2	2
3	3	3	3
4	4	4	4
5	5	5	5
6	6	6	6
7	7	7	7
8	8	8	8
9	9	9	9

RESPOSTAS OBJETIVAS

1.	A	B	C	D	E
2.	A	B	C	D	E
3.	A	B	C	D	E
4.	A	B	C	D	E
5.	A	B	C	D	E

Faculdade de Americana (Fam)

Professor(a): Profa. Mariana C. P. Morillo

Disciplina: Termodinâmica _____

Curso: _____

Aluno(a): _____

RA: _____ Turma: _____ Data: _____

Nota

Instruções:

1. Use caneta preta ou azul. 2. Celulares desligados.

1. **(1.0 pontos)** Qual das equações abaixo representa a Primeira Lei da Termodinâmica para um sistema fechado, sabendo que Q é o calor transferido para o sistema, W é o trabalho realizado pelo sistema e ΔU é a variação da energia interna?

   A. $\Delta U = 0$

   B. $Q = W$

   C. $\Delta U = Q - W$

   D. $W = Q - \Delta U$

   E. $\Delta U = Q + W$

2. **(1.0 pontos)** sqsqsq

   q6.png

   A. q

   B. q

   C. q

   D. q

   E. q

3. **(1.0 pontos)**

   A. a

   B. a

   C. a

   D. a

   E. a

4. **(1.0 pontos)** eqeweqwewqqwe

   A. q

   B. eq

   C. w

   D. eeqewqe

   E. e

5. **(1.0 pontos)** dwdedwed

   A. eq

   B. e

   C. q

   D. w

   E. e

6. **(1.0 pontos)** "Determine a pressão no ponto A do manômetro em U mostrado na figura. Considere g=9,81m/s 2 e a densidade do mercúrio Hg

   =13600kg/m 3 ."

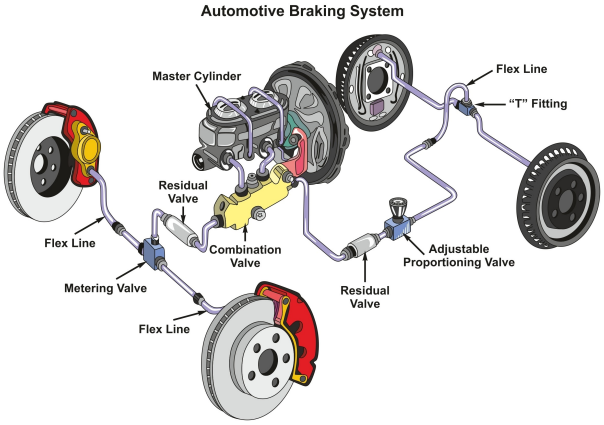
Automotive Braking System
Master Cylinder
Flex Line
"T" Fitting
Residual Valve
Flex Line
Combination Valve
Adjustable Proportioning Valve
Metering Valve
Residual Valve
Flex Line

CARTÃO RESPOSTA OFICIAL

VERSÃO: A

RA DO ALUNO

0	1	2	3
0	0	0	0
1	1	1	1
2	2	2	2
3	3	3	3
4	4	4	4
5	5	5	5
6	6	6	6
7	7	7	7
8	8	8	8
9	9	9	9

RESPOSTAS OBJETIVAS

1.	A	B	C	D	E
2.	A	B	C	D	E
3.	A	B	C	D	E
4.	A	B	C	D	E
5.	A	B	C	D	E

Faculdade de Americana (Fam)

Professor(a): Profa. Mariana C. P. Morillo

Disciplina: Termodinâmica _____

Curso: _____

Aluno(a): _____

RA: _____ Turma: _____ Data: _____

Nota

Instruções:

1. Use caneta preta ou azul. 2. Celulares desligados.

1. **(1.0 pontos)** Qual das equações abaixo representa a Primeira Lei da Termodinâmica para um sistema fechado, sabendo que Q é o calor transferido para o sistema, W é o trabalho realizado pelo sistema e ΔU é a variação da energia interna?

   A. $\Delta U = 0$

   B. $Q = W$

   C. $\Delta U = Q - W$

   D. $W = Q - \Delta U$

   E. $\Delta U = Q + W$

2. **(1.0 pontos)** sqsqsq

   q6.png

   A. q

   B. q

   C. q

   D. q

   E. q

3. **(1.0 pontos)**

   A. a

   B. a

   C. a

   D. a

   E. a

4. **(1.0 pontos)** eqeweqwewqqwe

   A. q

   B. eq

   C. w

   D. eeqewqe

   E. e

5. **(1.0 pontos)** dwdedwed

   A. eq

   B. e

   C. q

   D. w

   E. e

6. **(1.0 pontos)** "Determine a pressão no ponto A do manômetro em U mostrado na figura. Considere g=9,81m/s 2 e a densidade do mercúrio Hg

   =13600kg/m 3 ."

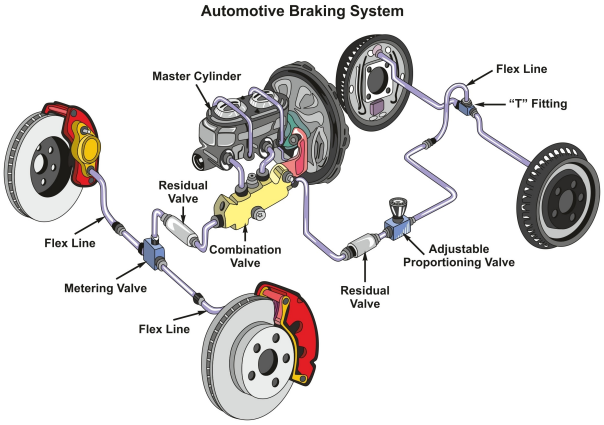
Automotive Braking System
Master Cylinder
Flex Line
"T" Fitting
Residual Valve
Flex Line
Combination Valve
Adjustable Proportioning Valve
Metering Valve
Residual Valve
Flex Line

CARTÃO RESPOSTA OFICIAL

VERSÃO: A

RA DO ALUNO

0	1	2	3
0	0	0	0
1	1	1	1
2	2	2	2
3	3	3	3
4	4	4	4
5	5	5	5
6	6	6	6
7	7	7	7
8	8	8	8
9	9	9	9

RESPOSTAS OBJETIVAS

1.	A	B	C	D	E
2.	A	B	C	D	E
3.	A	B	C	D	E
4.	A	B	C	D	E
5.	A	B	C	D	E

Faculdade de Americana (Fam)

Professor(a): Profa. Mariana C. P. Morillo

Disciplina: Termodinâmica _____

Curso: _____

Aluno(a): _____

RA: _____ Turma: _____ Data: _____

Nota

Instruções:

1. Use caneta preta ou azul. 2. Celulares desligados.

1. **(1.0 pontos)** Qual das equações abaixo representa a Primeira Lei da Termodinâmica para um sistema fechado, sabendo que Q é o calor transferido para o sistema, W é o trabalho realizado pelo sistema e ΔU é a variação da energia interna?

   A. $\Delta U = 0$

   B. $Q = W$

   C. $\Delta U = Q - W$

   D. $W = Q - \Delta U$

   E. $\Delta U = Q + W$

2. **(1.0 pontos)** sqsqsq

   q6.png

   A. q

   B. q

   C. q

   D. q

   E. q

3. **(1.0 pontos)**

   A. a

   B. a

   C. a

   D. a

   E. a

4. **(1.0 pontos)** eqeweqwewqqwe

   A. q

   B. eq

   C. w

   D. eeqewqe

   E. e

5. **(1.0 pontos)** dwdedwed

   A. eq

   B. e

   C. q

   D. w

   E. e

6. **(1.0 pontos)** "Determine a pressão no ponto A do manômetro em U mostrado na figura. Considere g=9,81m/s 2 e a densidade do mercúrio Hg

   =13600kg/m 3 ."

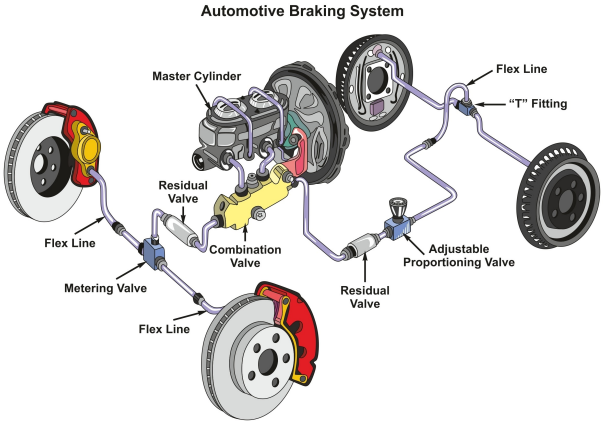
Automotive Braking System
Master Cylinder
Flex Line
"T" Fitting
Residual Valve
Flex Line
Combination Valve
Adjustable Proportioning Valve
Metering Valve
Residual Valve
Flex Line

CARTÃO RESPOSTA OFICIAL

VERSÃO: A

RA DO ALUNO

0	1	2	3
0	0	0	0
1	1	1	1
2	2	2	2
3	3	3	3
4	4	4	4
5	5	5	5
6	6	6	6
7	7	7	7
8	8	8	8
9	9	9	9

RESPOSTAS OBJETIVAS

1.	A	B	C	D	E
2.	A	B	C	D	E
3.	A	B	C	D	E
4.	A	B	C	D	E
5.	A	B	C	D	E

Faculdade de Americana (Fam)

Professor(a): Profa. Mariana C. P. Morillo

Disciplina: Termodinâmica _____

Curso: _____

Aluno(a): _____

RA: _____ Turma: _____ Data: _____

Nota

Instruções:

1. Use caneta preta ou azul. 2. Celulares desligados.

1. **(1.0 pontos)** Qual das equações abaixo representa a Primeira Lei da Termodinâmica para um sistema fechado, sabendo que Q é o calor transferido para o sistema, W é o trabalho realizado pelo sistema e ΔU é a variação da energia interna?

   A. $\Delta U = 0$

   B. $Q = W$

   C. $\Delta U = Q - W$

   D. $W = Q - \Delta U$

   E. $\Delta U = Q + W$

2. **(1.0 pontos)** sqsqsq

   q6.png

   A. q

   B. q

   C. q

   D. q

   E. q

3. **(1.0 pontos)**

   A. a

   B. a

   C. a

   D. a

   E. a

4. **(1.0 pontos)** eqeweqwewqqwe

   A. q

   B. eq

   C. w

   D. eeqewqe

   E. e

5. **(1.0 pontos)** dwdedwed

   A. eq

   B. e

   C. q

   D. w

   E. e

6. **(1.0 pontos)** "Determine a pressão no ponto A do manômetro em U mostrado na figura. Considere g=9,81m/s 2 e a densidade do mercúrio Hg

   =13600kg/m 3 ."

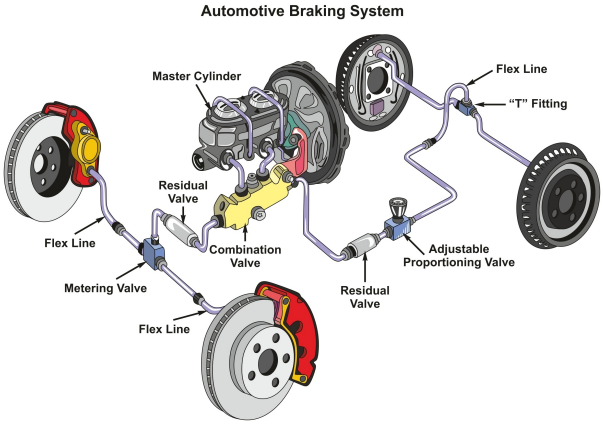
Automotive Braking System
Master Cylinder
Flex Line
"T" Fitting
Residual Valve
Flex Line
Combination Valve
Adjustable Proportioning Valve
Metering Valve
Residual Valve
Flex Line

CARTÃO RESPOSTA OFICIAL

VERSÃO: A

RA DO ALUNO

0	1	2	3
0	0	0	0
1	1	1	1
2	2	2	2
3	3	3	3
4	4	4	4
5	5	5	5
6	6	6	6
7	7	7	7
8	8	8	8
9	9	9	9

RESPOSTAS OBJETIVAS

1.	A	B	C	D	E
2.	A	B	C	D	E
3.	A	B	C	D	E
4.	A	B	C	D	E
5.	A	B	C	D	E

Faculdade de Americana (Fam)

Professor(a): Profa. Mariana C. P. Morillo

Disciplina: Termodinâmica _____

Curso: _____

Aluno(a): _____

RA: _____ Turma: _____ Data: _____

Nota

Instruções:

1. Use caneta preta ou azul. 2. Celulares desligados.

1. **(1.0 pontos)** Qual das equações abaixo representa a Primeira Lei da Termodinâmica para um sistema fechado, sabendo que Q é o calor transferido para o sistema, W é o trabalho realizado pelo sistema e ΔU é a variação da energia interna?

   A. $\Delta U = 0$

   B. $Q = W$

   C. $\Delta U = Q - W$

   D. $W = Q - \Delta U$

   E. $\Delta U = Q + W$

2. **(1.0 pontos)** sqsqsq

   q6.png

   A. q

   B. q

   C. q

   D. q

   E. q

3. **(1.0 pontos)**

   A. a

   B. a

   C. a

   D. a

   E. a

4. **(1.0 pontos)** eqeweqwewqqwe

   A. q

   B. eq

   C. w

   D. eeqewqe

   E. e

5. **(1.0 pontos)** dwdedwed

   A. eq

   B. e

   C. q

   D. w

   E. e

6. **(1.0 pontos)** "Determine a pressão no ponto A do manômetro em U mostrado na figura. Considere g=9,81m/s 2 e a densidade do mercúrio Hg

   =13600kg/m 3 ."

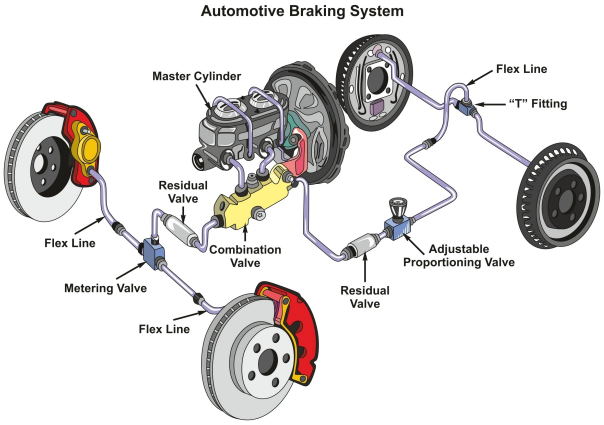
Automotive Braking System
Master Cylinder
Flex Line
"T" Fitting
Residual Valve
Flex Line
Combination Valve
Adjustable Proportioning Valve
Metering Valve
Residual Valve
Flex Line

CARTÃO RESPOSTA OFICIAL

VERSÃO: A

RA DO ALUNO

0	1	2	3
0	0	0	0
1	1	1	1
2	2	2	2
3	3	3	3
4	4	4	4
5	5	5	5
6	6	6	6
7	7	7	7
8	8	8	8
9	9	9	9

RESPOSTAS OBJETIVAS

1.	A	B	C	D	E
2.	A	B	C	D	E
3.	A	B	C	D	E
4.	A	B	C	D	E
5.	A	B	C	D	E

Faculdade de Americana (Fam)

Professor(a): Profa. Mariana C. P. Morillo

Disciplina: Termodinâmica _____

Curso: _____

Aluno(a): _____

RA: _____ Turma: _____ Data: _____

Nota

Instruções:

1. Use caneta preta ou azul. 2. Celulares desligados.

1. **(1.0 pontos)** Qual das equações abaixo representa a Primeira Lei da Termodinâmica para um sistema fechado, sabendo que Q é o calor transferido para o sistema, W é o trabalho realizado pelo sistema e ΔU é a variação da energia interna?

   A. $\Delta U = 0$

   B. $Q = W$

   C. $\Delta U = Q - W$

   D. $W = Q - \Delta U$

   E. $\Delta U = Q + W$

2. **(1.0 pontos)** sqsqsq

   q6.png

   A. q

   B. q

   C. q

   D. q

   E. q

3. **(1.0 pontos)**

   A. a

   B. a

   C. a

   D. a

   E. a

4. **(1.0 pontos)** eqeweqwewqqwe

   A. q

   B. eq

   C. w

   D. eeqewqe

   E. e

5. **(1.0 pontos)** dwdedwed

   A. eq

   B. e

   C. q

   D. w

   E. e

6. **(1.0 pontos)** "Determine a pressão no ponto A do manômetro em U mostrado na figura. Considere g=9,81m/s 2 e a densidade do mercúrio Hg

   =13600kg/m 3 ."

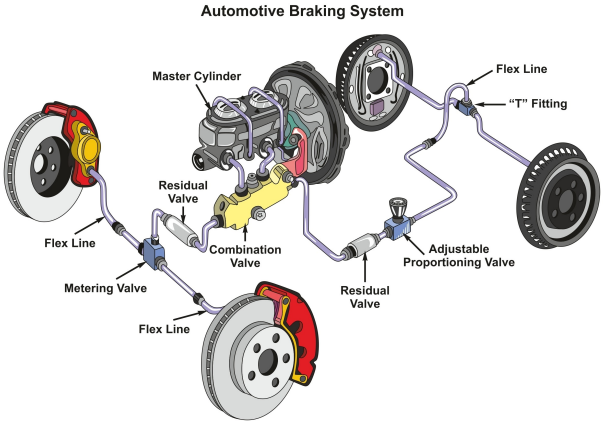
Automotive Braking System
Master Cylinder
Flex Line
"T" Fitting
Residual Valve
Flex Line
Combination Valve
Adjustable Proportioning Valve
Metering Valve
Residual Valve
Flex Line

CARTÃO RESPOSTA OFICIAL

VERSÃO: A

RA DO ALUNO

0	1	2	3
0	0	0	0
1	1	1	1
2	2	2	2
3	3	3	3
4	4	4	4
5	5	5	5
6	6	6	6
7	7	7	7
8	8	8	8
9	9	9	9

RESPOSTAS OBJETIVAS

1.	A	B	C	D	E
2.	A	B	C	D	E
3.	A	B	C	D	E
4.	A	B	C	D	E
5.	A	B	C	D	E

Faculdade de Americana (Fam)

Professor(a): Profa. Mariana C. P. Morillo

Disciplina: Termodinâmica _____

Curso: _____

Aluno(a): _____

RA: _____ Turma: _____ Data: _____

Nota

Instruções:

1. Use caneta preta ou azul. 2. Celulares desligados.

1. **(1.0 pontos)** Qual das equações abaixo representa a Primeira Lei da Termodinâmica para um sistema fechado, sabendo que Q é o calor transferido para o sistema, W é o trabalho realizado pelo sistema e ΔU é a variação da energia interna?

   A. $\Delta U = 0$

   B. $Q = W$

   C. $\Delta U = Q - W$

   D. $W = Q - \Delta U$

   E. $\Delta U = Q + W$

2. **(1.0 pontos)** sqsqsq

   q6.png

   A. q

   B. q

   C. q

   D. q

   E. q

3. **(1.0 pontos)**

   A. a

   B. a

   C. a

   D. a

   E. a

4. **(1.0 pontos)** eqeweqwewqqwe

   A. q

   B. eq

   C. w

   D. eeqewqe

   E. e

5. **(1.0 pontos)** dwdedwed

   A. eq

   B. e

   C. q

   D. w

   E. e

6. **(1.0 pontos)** "Determine a pressão no ponto A do manômetro em U mostrado na figura. Considere g=9,81m/s 2 e a densidade do mercúrio Hg

   =13600kg/m 3 ."

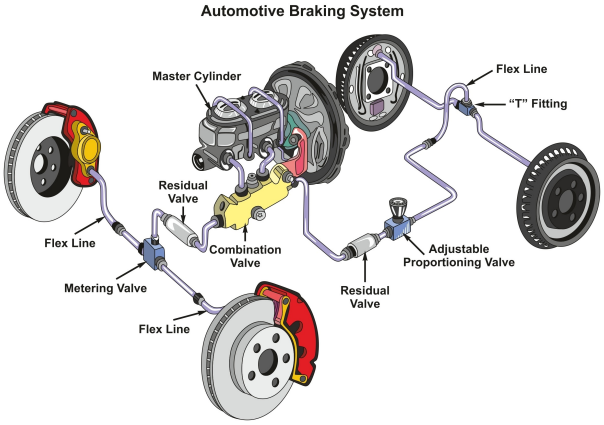
Automotive Braking System
Master Cylinder
Flex Line
"T" Fitting
Residual Valve
Flex Line
Combination Valve
Adjustable Proportioning Valve
Metering Valve
Residual Valve
Flex Line

CARTÃO RESPOSTA OFICIAL

VERSÃO: A

RA DO ALUNO

0	1	2	3
0	0	0	0
1	1	1	1
2	2	2	2
3	3	3	3
4	4	4	4
5	5	5	5
6	6	6	6
7	7	7	7
8	8	8	8
9	9	9	9

RESPOSTAS OBJETIVAS

1.	A	B	C	D	E
2.	A	B	C	D	E
3.	A	B	C	D	E
4.	A	B	C	D	E
5.	A	B	C	D	E

Faculdade de Americana (Fam)

Professor(a): Profa. Mariana C. P. Morillo

Disciplina: Termodinâmica _____

Curso: _____

Aluno(a): _____

RA: _____ Turma: _____ Data: _____

Nota

Instruções:

1. Use caneta preta ou azul. 2. Celulares desligados.

1. **(1.0 pontos)** Qual das equações abaixo representa a Primeira Lei da Termodinâmica para um sistema fechado, sabendo que Q é o calor transferido para o sistema, W é o trabalho realizado pelo sistema e ΔU é a variação da energia interna?

   A. $\Delta U = 0$

   B. $Q = W$

   C. $\Delta U = Q - W$

   D. $W = Q - \Delta U$

   E. $\Delta U = Q + W$

2. **(1.0 pontos)** sqsqsq

   q6.png

   A. q

   B. q

   C. q

   D. q

   E. q

3. **(1.0 pontos)**

   A. a

   B. a

   C. a

   D. a

   E. a

4. **(1.0 pontos)** eqeweqwewqqwe

   A. q

   B. eq

   C. w

   D. eeqewqe

   E. e

5. **(1.0 pontos)** dwdedwed

   A. eq

   B. e

   C. q

   D. w

   E. e

6. **(1.0 pontos)** "Determine a pressão no ponto A do manômetro em U mostrado na figura. Considere g=9,81m/s 2 e a densidade do mercúrio Hg

   =13600kg/m 3 ."

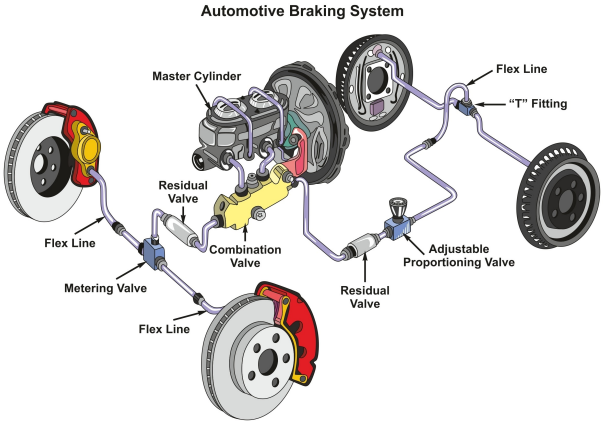
Automotive Braking System
Master Cylinder
Flex Line
"T" Fitting
Residual Valve
Flex Line
Combination Valve
Adjustable Proportioning Valve
Metering Valve
Residual Valve
Flex Line

CARTÃO RESPOSTA OFICIAL

VERSÃO: A

RA DO ALUNO

0	1	2	3
0	0	0	0
1	1	1	1
2	2	2	2
3	3	3	3
4	4	4	4
5	5	5	5
6	6	6	6
7	7	7	7
8	8	8	8
9	9	9	9

RESPOSTAS OBJETIVAS

1.	A	B	C	D	E
2.	A	B	C	D	E
3.	A	B	C	D	E
4.	A	B	C	D	E
5.	A	B	C	D	E

Faculdade de Americana (Fam)

Professor(a): Profa. Mariana C. P. Morillo

Disciplina: Termodinâmica _____

Curso: _____

Aluno(a): _____

RA: _____ Turma: _____ Data: _____

Nota

Instruções:

1. Use caneta preta ou azul. 2. Celulares desligados.

1. **(1.0 pontos)** Qual das equações abaixo representa a Primeira Lei da Termodinâmica para um sistema fechado, sabendo que Q é o calor transferido para o sistema, W é o trabalho realizado pelo sistema e ΔU é a variação da energia interna?

   A. $\Delta U = 0$

   B. $Q = W$

   C. $\Delta U = Q - W$

   D. $W = Q - \Delta U$

   E. $\Delta U = Q + W$

2. **(1.0 pontos)** sqsqsq

   q6.png

   A. q

   B. q

   C. q

   D. q

   E. q

3. **(1.0 pontos)**

   A. a

   B. a

   C. a

   D. a

   E. a

4. **(1.0 pontos)** eqeweqwewqqwe

   A. q

   B. eq

   C. w

   D. eeqewqe

   E. e

5. **(1.0 pontos)** dwdedwed

   A. eq

   B. e

   C. q

   D. w

   E. e

6. **(1.0 pontos)** "Determine a pressão no ponto A do manômetro em U mostrado na figura. Considere g=9,81m/s 2 e a densidade do mercúrio Hg

   =13600kg/m 3 ."

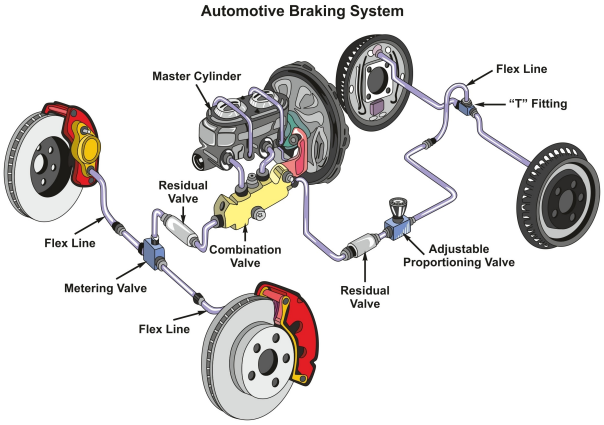
Automotive Braking System
Master Cylinder
Flex Line
"T" Fitting
Residual Valve
Flex Line
Combination Valve
Adjustable Proportioning Valve
Metering Valve
Residual Valve
Flex Line

CARTÃO RESPOSTA OFICIAL

VERSÃO: A

RA DO ALUNO

0	1	2	3
0	0	0	0
1	1	1	1
2	2	2	2
3	3	3	3
4	4	4	4
5	5	5	5
6	6	6	6
7	7	7	7
8	8	8	8
9	9	9	9

RESPOSTAS OBJETIVAS

1.	A	B	C	D	E
2.	A	B	C	D	E
3.	A	B	C	D	E
4.	A	B	C	D	E
5.	A	B	C	D	E

Faculdade de Americana (Fam)

Professor(a): Profa. Mariana C. P. Morillo

Disciplina: Termodinâmica _____

Curso: _____

Aluno(a): _____

RA: _____ Turma: _____ Data: _____

Nota

Instruções:

1. Use caneta preta ou azul. 2. Celulares desligados.

1. **(1.0 pontos)** Qual das equações abaixo representa a Primeira Lei da Termodinâmica para um sistema fechado, sabendo que Q é o calor transferido para o sistema, W é o trabalho realizado pelo sistema e ΔU é a variação da energia interna?

   A. $\Delta U = 0$

   B. $Q = W$

   C. $\Delta U = Q - W$

   D. $W = Q - \Delta U$

   E. $\Delta U = Q + W$

2. **(1.0 pontos)** sqsqsq

   q6.png

   A. q

   B. q

   C. q

   D. q

   E. q

3. **(1.0 pontos)**

   A. a

   B. a

   C. a

   D. a

   E. a

4. **(1.0 pontos)** eqeweqwewqqwe

   A. q

   B. eq

   C. w

   D. eeqewqe

   E. e

5. **(1.0 pontos)** dwdedwed

   A. eq

   B. e

   C. q

   D. w

   E. e

6. **(1.0 pontos)** "Determine a pressão no ponto A do manômetro em U mostrado na figura. Considere g=9,81m/s 2 e a densidade do mercúrio Hg

   =13600kg/m 3 ."

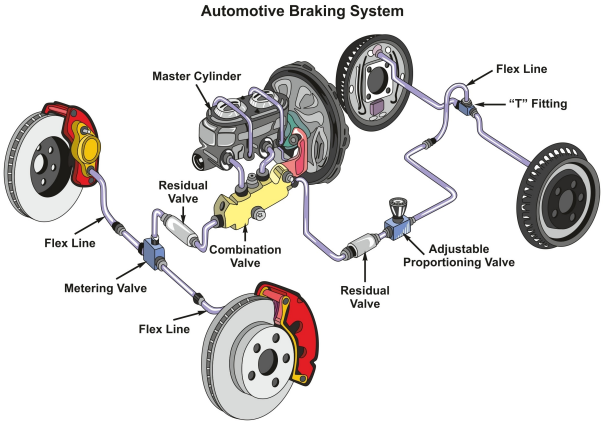
Automotive Braking System
Master Cylinder
Flex Line
"T" Fitting
Residual Valve
Flex Line
Combination Valve
Adjustable Proportioning Valve
Metering Valve
Residual Valve
Flex Line

CARTÃO RESPOSTA OFICIAL

VERSÃO: A

RA DO ALUNO

0	1	2	3
0	0	0	0
1	1	1	1
2	2	2	2
3	3	3	3
4	4	4	4
5	5	5	5
6	6	6	6
7	7	7	7
8	8	8	8
9	9	9	9

RESPOSTAS OBJETIVAS

1.	A	B	C	D	E
2.	A	B	C	D	E
3.	A	B	C	D	E
4.	A	B	C	D	E
5.	A	B	C	D	E

Faculdade de Americana (Fam)

Professor(a): Profa. Mariana C. P. Morillo

Disciplina: Termodinâmica _____

Curso: _____

Aluno(a): _____

RA: _____ Turma: _____ Data: _____

Nota

Instruções:

1. Use caneta preta ou azul. 2. Celulares desligados.

1. **(1.0 pontos)** Qual das equações abaixo representa a Primeira Lei da Termodinâmica para um sistema fechado, sabendo que Q é o calor transferido para o sistema, W é o trabalho realizado pelo sistema e ΔU é a variação da energia interna?

   A. $\Delta U = 0$

   B. $Q = W$

   C. $\Delta U = Q - W$

   D. $W = Q - \Delta U$

   E. $\Delta U = Q + W$

2. **(1.0 pontos)** sqsqsq

   q6.png

   A. q

   B. q

   C. q

   D. q

   E. q

3. **(1.0 pontos)**

   A. a

   B. a

   C. a

   D. a

   E. a

4. **(1.0 pontos)** eqeweqwewqqwe

   A. q

   B. eq

   C. w

   D. eeqewqe

   E. e

5. **(1.0 pontos)** dwdedwed

   A. eq

   B. e

   C. q

   D. w

   E. e

6. **(1.0 pontos)** "Determine a pressão no ponto A do manômetro em U mostrado na figura. Considere g=9,81m/s 2 e a densidade do mercúrio Hg

   =13600kg/m 3 ."

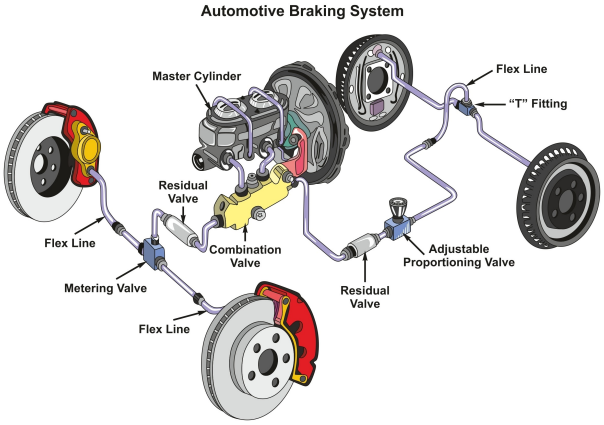
Automotive Braking System
Master Cylinder
Flex Line
"T" Fitting
Residual Valve
Flex Line
Combination Valve
Adjustable Proportioning Valve
Metering Valve
Residual Valve
Flex Line

CARTÃO RESPOSTA OFICIAL

VERSÃO: A

RA DO ALUNO

0	1	2	3
0	0	0	0
1	1	1	1
2	2	2	2
3	3	3	3
4	4	4	4
5	5	5	5
6	6	6	6
7	7	7	7
8	8	8	8
9	9	9	9

RESPOSTAS OBJETIVAS

1.	A	B	C	D	E
2.	A	B	C	D	E
3.	A	B	C	D	E
4.	A	B	C	D	E
5.	A	B	C	D	E

Faculdade de Americana (Fam)

Professor(a): Profa. Mariana C. P. Morillo

Disciplina: Termodinâmica _____

Curso: _____

Aluno(a): _____

RA: _____ Turma: _____ Data: _____

Nota

Instruções:

1. Use caneta preta ou azul. 2. Celulares desligados.

1. **(1.0 pontos)** Qual das equações abaixo representa a Primeira Lei da Termodinâmica para um sistema fechado, sabendo que Q é o calor transferido para o sistema, W é o trabalho realizado pelo sistema e ΔU é a variação da energia interna?

   A. $\Delta U = 0$

   B. $Q = W$

   C. $\Delta U = Q - W$

   D. $W = Q - \Delta U$

   E. $\Delta U = Q + W$

2. **(1.0 pontos)** sqsqsq

   q6.png

   A. q

   B. q

   C. q

   D. q

   E. q

3. **(1.0 pontos)**

   A. a

   B. a

   C. a

   D. a

   E. a

4. **(1.0 pontos)** eqeweqwewqqwe

   A. q

   B. eq

   C. w

   D. eeqewqe

   E. e

5. **(1.0 pontos)** dwdedwed

   A. eq

   B. e

   C. q

   D. w

   E. e

6. **(1.0 pontos)** "Determine a pressão no ponto A do manômetro em U mostrado na figura. Considere g=9,81m/s 2 e a densidade do mercúrio Hg

   =13600kg/m 3 ."

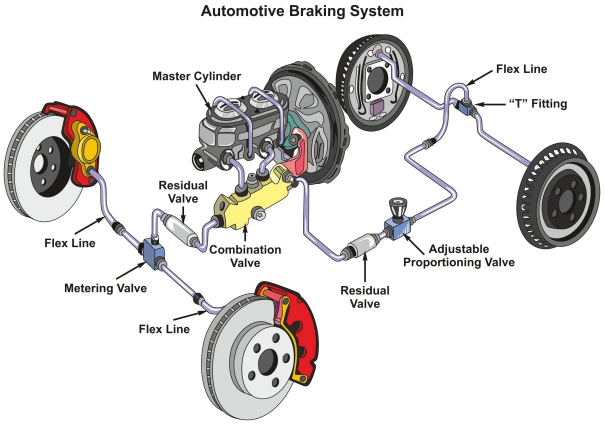
Automotive Braking System
Master Cylinder
Flex Line
"T" Fitting
Residual Valve
Flex Line
Combination Valve
Adjustable Proportioning Valve
Metering Valve
Residual Valve
Flex Line

CARTÃO RESPOSTA OFICIAL

VERSÃO: A

RA DO ALUNO

0	1	2	3
0	0	0	0
1	1	1	1
2	2	2	2
3	3	3	3
4	4	4	4
5	5	5	5
6	6	6	6
7	7	7	7
8	8	8	8
9	9	9	9

RESPOSTAS OBJETIVAS

1.	A	B	C	D	E
2.	A	B	C	D	E
3.	A	B	C	D	E
4.	A	B	C	D	E
5.	A	B	C	D	E

Faculdade de Americana (Fam)

Professor(a): Profa. Mariana C. P. Morillo

Disciplina: Termodinâmica _____

Curso: _____

Aluno(a): _____

RA: _____ Turma: _____ Data: _____

Nota

Instruções:

1. Use caneta preta ou azul. 2. Celulares desligados.

1. **(1.0 pontos)** Qual das equações abaixo representa a Primeira Lei da Termodinâmica para um sistema fechado, sabendo que Q é o calor transferido para o sistema, W é o trabalho realizado pelo sistema e ΔU é a variação da energia interna?

   A. $\Delta U = 0$

   B. $Q = W$

   C. $\Delta U = Q - W$

   D. $W = Q - \Delta U$

   E. $\Delta U = Q + W$

2. **(1.0 pontos)** sqsqsq

   q6.png

   A. q

   B. q

   C. q

   D. q

   E. q

3. **(1.0 pontos)**

   A. a

   B. a

   C. a

   D. a

   E. a

4. **(1.0 pontos)** eqeweqwewqqwe

   A. q

   B. eq

   C. w

   D. eeqewqe

   E. e

5. **(1.0 pontos)** dwdedwed

   A. eq

   B. e

   C. q

   D. w

   E. e

6. **(1.0 pontos)** "Determine a pressão no ponto A do manômetro em U mostrado na figura. Considere g=9,81m/s 2 e a densidade do mercúrio Hg

   =13600kg/m 3 ."

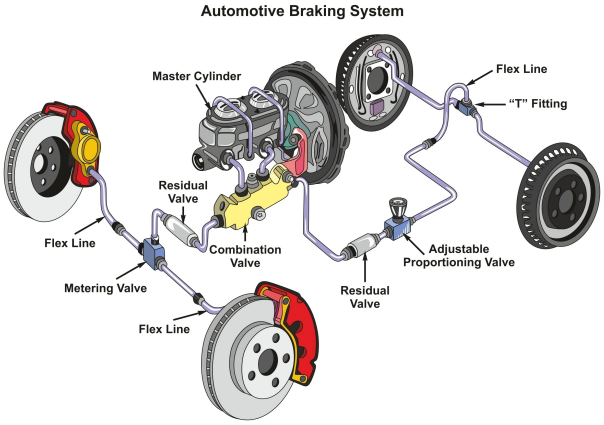
Automotive Braking System
Master Cylinder
Flex Line
"T" Fitting
Residual Valve
Flex Line
Combination Valve
Adjustable Proportioning Valve
Metering Valve
Residual Valve
Flex Line

CARTÃO RESPOSTA OFICIAL

VERSÃO: A

RA DO ALUNO

0	1	2	3
0	0	0	0
1	1	1	1
2	2	2	2
3	3	3	3
4	4	4	4
5	5	5	5
6	6	6	6
7	7	7	7
8	8	8	8
9	9	9	9

RESPOSTAS OBJETIVAS

1.	A	B	C	D	E
2.	A	B	C	D	E
3.	A	B	C	D	E
4.	A	B	C	D	E
5.	A	B	C	D	E

Faculdade de Americana (Fam)

Professor(a): Profa. Mariana C. P. Morillo

Disciplina: Termodinâmica _____

Curso: _____

Aluno(a): _____

RA: _____ Turma: _____ Data: _____

Nota

Instruções:

1. Use caneta preta ou azul. 2. Celulares desligados.

1. **(1.0 pontos)** Qual das equações abaixo representa a Primeira Lei da Termodinâmica para um sistema fechado, sabendo que Q é o calor transferido para o sistema, W é o trabalho realizado pelo sistema e ΔU é a variação da energia interna?

   A. $\Delta U = 0$

   B. $Q = W$

   C. $\Delta U = Q - W$

   D. $W = Q - \Delta U$

   E. $\Delta U = Q + W$

2. **(1.0 pontos)** sqsqsq

   q6.png

   A. q

   B. q

   C. q

   D. q

   E. q

3. **(1.0 pontos)**

   A. a

   B. a

   C. a

   D. a

   E. a

4. **(1.0 pontos)** eqeweqwewqqwe

   A. q

   B. eq

   C. w

   D. eeqewqe

   E. e

5. **(1.0 pontos)** dwdedwed

   A. eq

   B. e

   C. q

   D. w

   E. e

6. **(1.0 pontos)** "Determine a pressão no ponto A do manômetro em U mostrado na figura. Considere g=9,81m/s 2 e a densidade do mercúrio Hg

   =13600kg/m 3 ."

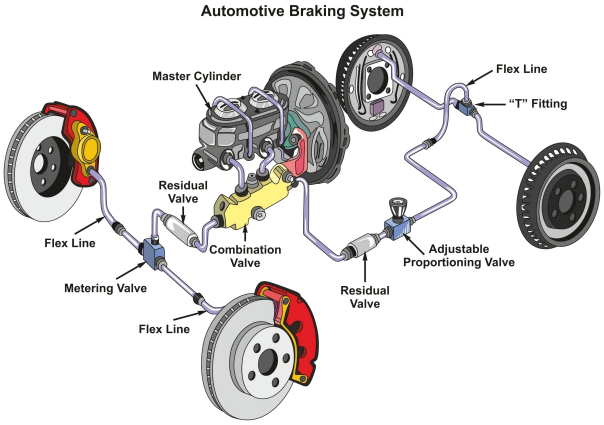
Automotive Braking System
Master Cylinder
Flex Line
"T" Fitting
Residual Valve
Flex Line
Combination Valve
Adjustable Proportioning Valve
Metering Valve
Residual Valve
Flex Line

CARTÃO RESPOSTA OFICIAL

VERSÃO: A

RA DO ALUNO

0	1	2	3
0	0	0	0
1	1	1	1
2	2	2	2
3	3	3	3
4	4	4	4
5	5	5	5
6	6	6	6
7	7	7	7
8	8	8	8
9	9	9	9

RESPOSTAS OBJETIVAS

1.	A	B	C	D	E
2.	A	B	C	D	E
3.	A	B	C	D	E
4.	A	B	C	D	E
5.	A	B	C	D	E

Faculdade de Americana (Fam)

Professor(a): Profa. Mariana C. P. Morillo

Disciplina: Termodinâmica _____

Curso: _____

Aluno(a): _____

RA: _____ Turma: _____ Data: _____

Nota

Instruções:

1. Use caneta preta ou azul. 2. Celulares desligados.

1. **(1.0 pontos)** Qual das equações abaixo representa a Primeira Lei da Termodinâmica para um sistema fechado, sabendo que Q é o calor transferido para o sistema, W é o trabalho realizado pelo sistema e ΔU é a variação da energia interna?

   A. $\Delta U = 0$

   B. $Q = W$

   C. $\Delta U = Q - W$

   D. $W = Q - \Delta U$

   E. $\Delta U = Q + W$

2. **(1.0 pontos)** sqsqsq

   q6.png

   A. q

   B. q

   C. q

   D. q

   E. q

3. **(1.0 pontos)**

   A. a

   B. a

   C. a

   D. a

   E. a

4. **(1.0 pontos)** eqeweqwewqqwe

   A. q

   B. eq

   C. w

   D. eeqewqe

   E. e

5. **(1.0 pontos)** dwdedwed

   A. eq

   B. e

   C. q

   D. w

   E. e

6. **(1.0 pontos)** "Determine a pressão no ponto A do manômetro em U mostrado na figura. Considere g=9,81m/s 2 e a densidade do mercúrio Hg

   =13600kg/m 3 ."

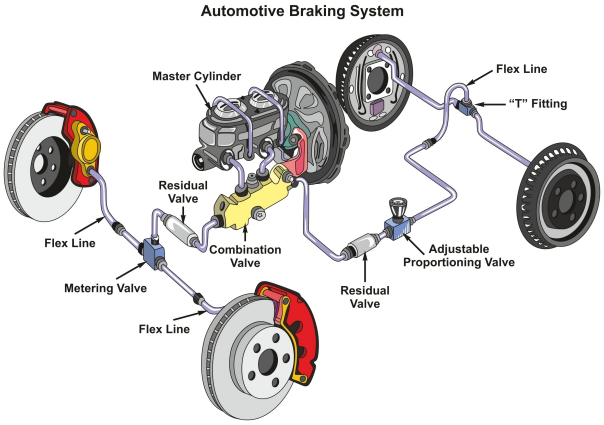
Automotive Braking System
Master Cylinder
Flex Line
"T" Fitting
Residual Valve
Flex Line
Combination Valve
Adjustable Proportioning Valve
Metering Valve
Residual Valve
Flex Line

CARTÃO RESPOSTA OFICIAL

VERSÃO: A

RA DO ALUNO

0	1	2	3
0	0	0	0
1	1	1	1
2	2	2	2
3	3	3	3
4	4	4	4
5	5	5	5
6	6	6	6
7	7	7	7
8	8	8	8
9	9	9	9

RESPOSTAS OBJETIVAS

1.	A	B	C	D	E
2.	A	B	C	D	E
3.	A	B	C	D	E
4.	A	B	C	D	E
5.	A	B	C	D	E

Faculdade de Americana (Fam)

Professor(a): Profa. Mariana C. P. Morillo

Disciplina: Termodinâmica _____

Curso: _____

Aluno(a): _____

RA: _____ Turma: _____ Data: _____

Nota

Instruções:

1. Use caneta preta ou azul. 2. Celulares desligados.

1. **(1.0 pontos)** Qual das equações abaixo representa a Primeira Lei da Termodinâmica para um sistema fechado, sabendo que Q é o calor transferido para o sistema, W é o trabalho realizado pelo sistema e ΔU é a variação da energia interna?

   A. $\Delta U = 0$

   B. $Q = W$

   C. $\Delta U = Q - W$

   D. $W = Q - \Delta U$

   E. $\Delta U = Q + W$

2. **(1.0 pontos)** sqsqsq

   q6.png

   A. q

   B. q

   C. q

   D. q

   E. q

3. **(1.0 pontos)**

   A. a

   B. a

   C. a

   D. a

   E. a

4. **(1.0 pontos)** eqeweqwewqqwe

   A. q

   B. eq

   C. w

   D. eeqewqe

   E. e

5. **(1.0 pontos)** dwdedwed

   A. eq

   B. e

   C. q

   D. w

   E. e

6. **(1.0 pontos)** "Determine a pressão no ponto A do manômetro em U mostrado na figura. Considere g=9,81m/s 2 e a densidade do mercúrio Hg

   =13600kg/m 3 ."

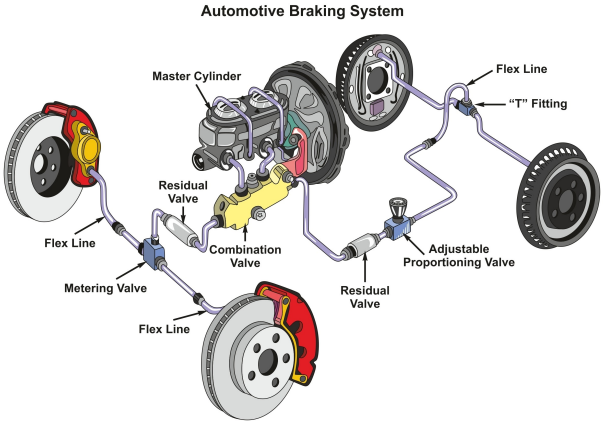
Automotive Braking System
Master Cylinder
Flex Line
"T" Fitting
Residual Valve
Flex Line
Combination Valve
Adjustable Proportioning Valve
Metering Valve
Residual Valve
Flex Line

CARTÃO RESPOSTA OFICIAL

VERSÃO: A

RA DO ALUNO

0	1	2	3
0	0	0	0
1	1	1	1
2	2	2	2
3	3	3	3
4	4	4	4
5	5	5	5
6	6	6	6
7	7	7	7
8	8	8	8
9	9	9	9

RESPOSTAS OBJETIVAS

1.	A	B	C	D	E
2.	A	B	C	D	E
3.	A	B	C	D	E
4.	A	B	C	D	E
5.	A	B	C	D	E

Faculdade de Americana (Fam)

Professor(a): Profa. Mariana C. P. Morillo

Disciplina: Termodinâmica _____

Curso: _____

Aluno(a): _____

RA: _____ Turma: _____ Data: _____

Nota

Instruções:

1. Use caneta preta ou azul. 2. Celulares desligados.

1. **(1.0 pontos)** Qual das equações abaixo representa a Primeira Lei da Termodinâmica para um sistema fechado, sabendo que Q é o calor transferido para o sistema, W é o trabalho realizado pelo sistema e ΔU é a variação da energia interna?

   A. $\Delta U = 0$

   B. $Q = W$

   C. $\Delta U = Q - W$

   D. $W = Q - \Delta U$

   E. $\Delta U = Q + W$

2. **(1.0 pontos)** sqsqsq

   q6.png

   A. q

   B. q

   C. q

   D. q

   E. q

3. **(1.0 pontos)**

   A. a

   B. a

   C. a

   D. a

   E. a

4. **(1.0 pontos)** eqeweqwewqqwe

   A. q

   B. eq

   C. w

   D. eeqewqe

   E. e

5. **(1.0 pontos)** dwdedwed

   A. eq

   B. e

   C. q

   D. w

   E. e

6. **(1.0 pontos)** "Determine a pressão no ponto A do manômetro em U mostrado na figura. Considere g=9,81m/s 2 e a densidade do mercúrio Hg

   =13600kg/m 3 ."

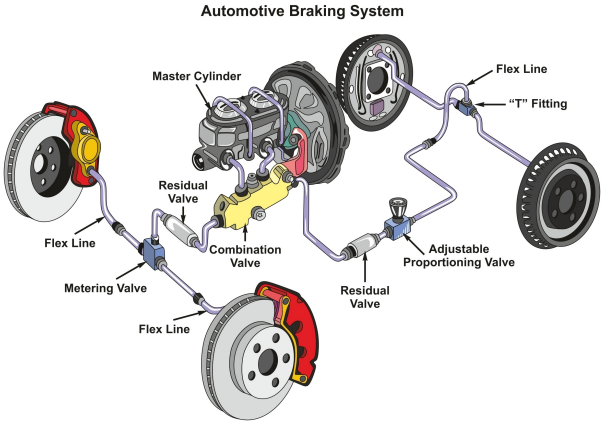
Automotive Braking System
Master Cylinder
Flex Line
"T" Fitting
Residual Valve
Flex Line
Combination Valve
Adjustable Proportioning Valve
Metering Valve
Residual Valve
Flex Line

CARTÃO RESPOSTA OFICIAL

VERSÃO: A

RA DO ALUNO

0	1	2	3
0	0	0	0
1	1	1	1
2	2	2	2
3	3	3	3
4	4	4	4
5	5	5	5
6	6	6	6
7	7	7	7
8	8	8	8
9	9	9	9

RESPOSTAS OBJETIVAS

1.	A	B	C	D	E
2.	A	B	C	D	E
3.	A	B	C	D	E
4.	A	B	C	D	E
5.	A	B	C	D	E

Faculdade de Americana (Fam)

Professor(a): Profa. Mariana C. P. Morillo

Disciplina: Termodinâmica _____

Curso: _____

Aluno(a): _____

RA: _____ Turma: _____ Data: _____

Nota

Instruções:

1. Use caneta preta ou azul. 2. Celulares desligados.

1. **(1.0 pontos)** Qual das equações abaixo representa a Primeira Lei da Termodinâmica para um sistema fechado, sabendo que Q é o calor transferido para o sistema, W é o trabalho realizado pelo sistema e ΔU é a variação da energia interna?

   A. $\Delta U = 0$

   B. $Q = W$

   C. $\Delta U = Q - W$

   D. $W = Q - \Delta U$

   E. $\Delta U = Q + W$

2. **(1.0 pontos)** sqsqsq

   q6.png

   A. q

   B. q

   C. q

   D. q

   E. q

3. **(1.0 pontos)**

   A. a

   B. a

   C. a

   D. a

   E. a

4. **(1.0 pontos)** eqeweqwewqqwe

   A. q

   B. eq

   C. w

   D. eeqewqe

   E. e

5. **(1.0 pontos)** dwdedwed

   A. eq

   B. e

   C. q

   D. w

   E. e

6. **(1.0 pontos)** "Determine a pressão no ponto A do manômetro em U mostrado na figura. Considere g=9,81m/s 2 e a densidade do mercúrio Hg

   =13600kg/m 3 ."

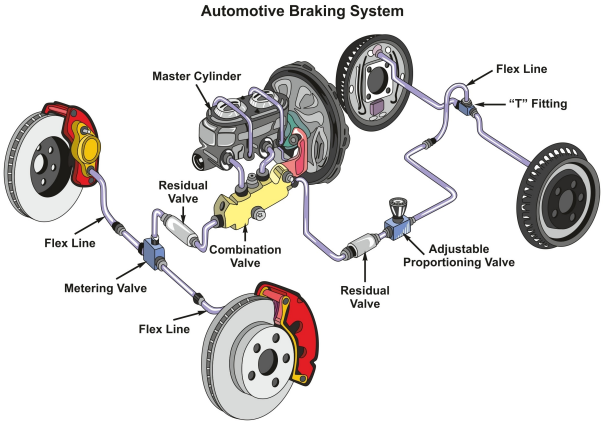
Automotive Braking System
Master Cylinder
Flex Line
"T" Fitting
Residual Valve
Flex Line
Combination Valve
Adjustable Proportioning Valve
Metering Valve
Residual Valve
Flex Line

CARTÃO RESPOSTA OFICIAL

VERSÃO: A

RA DO ALUNO

0	1	2	3
0	0	0	0
1	1	1	1
2	2	2	2
3	3	3	3
4	4	4	4
5	5	5	5
6	6	6	6
7	7	7	7
8	8	8	8
9	9	9	9

RESPOSTAS OBJETIVAS

1.	A	B	C	D	E
2.	A	B	C	D	E
3.	A	B	C	D	E
4.	A	B	C	D	E
5.	A	B	C	D	E

Faculdade de Americana (Fam)

Professor(a): Profa. Mariana C. P. Morillo

Disciplina: Termodinâmica _____

Curso: _____

Aluno(a): _____

RA: _____ Turma: _____ Data: _____

Nota

Instruções:

1. Use caneta preta ou azul. 2. Celulares desligados.

1. **(1.0 pontos)** Qual das equações abaixo representa a Primeira Lei da Termodinâmica para um sistema fechado, sabendo que Q é o calor transferido para o sistema, W é o trabalho realizado pelo sistema e ΔU é a variação da energia interna?

   A. $\Delta U = 0$

   B. $Q = W$

   C. $\Delta U = Q - W$

   D. $W = Q - \Delta U$

   E. $\Delta U = Q + W$

2. **(1.0 pontos)** sqsqsq

   q6.png

   A. q

   B. q

   C. q

   D. q

   E. q

3. **(1.0 pontos)**

   A. a

   B. a

   C. a

   D. a

   E. a

4. **(1.0 pontos)** eqeweqwewqqwe

   A. q

   B. eq

   C. w

   D. eeqewqe

   E. e

5. **(1.0 pontos)** dwdedwed

   A. eq

   B. e

   C. q

   D. w

   E. e

6. **(1.0 pontos)** "Determine a pressão no ponto A do manômetro em U mostrado na figura. Considere g=9,81m/s 2 e a densidade do mercúrio Hg

   =13600kg/m 3 ."

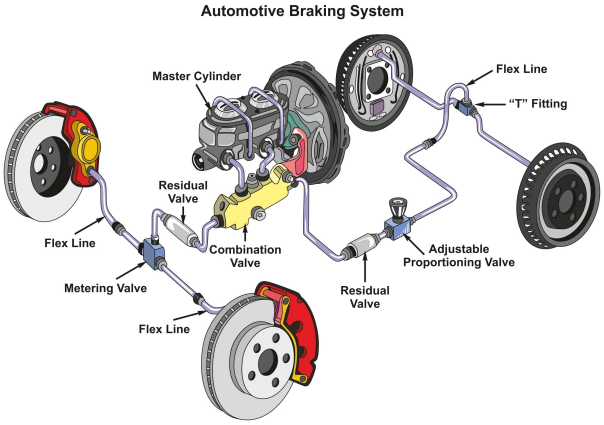
Automotive Braking System
Master Cylinder
Flex Line
"T" Fitting
Residual Valve
Flex Line
Combination Valve
Adjustable Proportioning Valve
Metering Valve
Residual Valve
Flex Line

CARTÃO RESPOSTA OFICIAL

VERSÃO: A

RA DO ALUNO

0	1	2	3
0	0	0	0
1	1	1	1
2	2	2	2
3	3	3	3
4	4	4	4
5	5	5	5
6	6	6	6
7	7	7	7
8	8	8	8
9	9	9	9

RESPOSTAS OBJETIVAS

1.	A	B	C	D	E
2.	A	B	C	D	E
3.	A	B	C	D	E
4.	A	B	C	D	E
5.	A	B	C	D	E

Faculdade de Americana (Fam)

Professor(a): Profa. Mariana C. P. Morillo

Disciplina: Termodinâmica _____

Curso: _____

Aluno(a): _____

RA: _____ Turma: _____ Data: _____

Nota

Instruções:

1. Use caneta preta ou azul. 2. Celulares desligados.

1. **(1.0 pontos)** Qual das equações abaixo representa a Primeira Lei da Termodinâmica para um sistema fechado, sabendo que Q é o calor transferido para o sistema, W é o trabalho realizado pelo sistema e ΔU é a variação da energia interna?

   A. $\Delta U = 0$

   B. $Q = W$

   C. $\Delta U = Q - W$

   D. $W = Q - \Delta U$

   E. $\Delta U = Q + W$

2. **(1.0 pontos)** sqsqsq

   q6.png

   A. q

   B. q

   C. q

   D. q

   E. q

3. **(1.0 pontos)**

   A. a

   B. a

   C. a

   D. a

   E. a

4. **(1.0 pontos)** eqeweqwewqqwe

   A. q

   B. eq

   C. w

   D. eeqewqe

   E. e

5. **(1.0 pontos)** dwdedwed

   A. eq

   B. e

   C. q

   D. w

   E. e

6. **(1.0 pontos)** "Determine a pressão no ponto A do manômetro em U mostrado na figura. Considere g=9,81m/s 2 e a densidade do mercúrio Hg

   =13600kg/m 3 ."

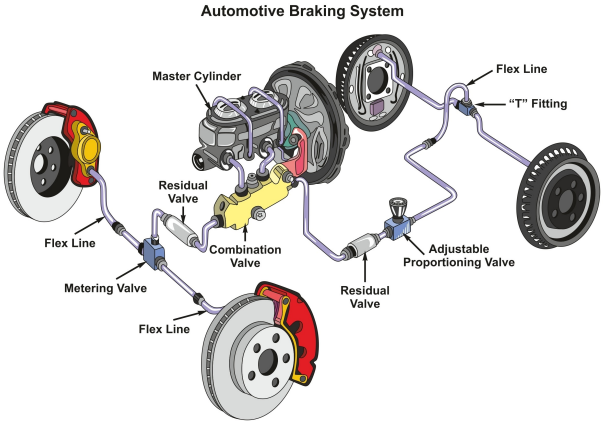
Automotive Braking System
Master Cylinder
Flex Line
"T" Fitting
Residual Valve
Flex Line
Combination Valve
Adjustable Proportioning Valve
Metering Valve
Residual Valve
Flex Line

CARTÃO RESPOSTA OFICIAL

VERSÃO: A

RA DO ALUNO

0	1	2	3
0	0	0	0
1	1	1	1
2	2	2	2
3	3	3	3
4	4	4	4
5	5	5	5
6	6	6	6
7	7	7	7
8	8	8	8
9	9	9	9

RESPOSTAS OBJETIVAS

1.	A	B	C	D	E
2.	A	B	C	D	E
3.	A	B	C	D	E
4.	A	B	C	D	E
5.	A	B	C	D	E

Faculdade de Americana (Fam)

Professor(a): Profa. Mariana C. P. Morillo

Disciplina: Termodinâmica _____

Curso: _____

Aluno(a): _____

RA: _____ Turma: _____ Data: _____

Nota

Instruções:

1. Use caneta preta ou azul. 2. Celulares desligados.

1. **(1.0 pontos)** Qual das equações abaixo representa a Primeira Lei da Termodinâmica para um sistema fechado, sabendo que Q é o calor transferido para o sistema, W é o trabalho realizado pelo sistema e ΔU é a variação da energia interna?

   A. $\Delta U = 0$

   B. $Q = W$

   C. $\Delta U = Q - W$

   D. $W = Q - \Delta U$

   E. $\Delta U = Q + W$

2. **(1.0 pontos)** sqsqsq

   q6.png

   A. q

   B. q

   C. q

   D. q

   E. q

3. **(1.0 pontos)**

   A. a

   B. a

   C. a

   D. a

   E. a

4. **(1.0 pontos)** eqeweqwewqqwe

   A. q

   B. eq

   C. w

   D. eeqewqe

   E. e

5. **(1.0 pontos)** dwdedwed

   A. eq

   B. e

   C. q

   D. w

   E. e

6. **(1.0 pontos)** "Determine a pressão no ponto A do manômetro em U mostrado na figura. Considere g=9,81m/s 2 e a densidade do mercúrio Hg

   =13600kg/m 3 ."

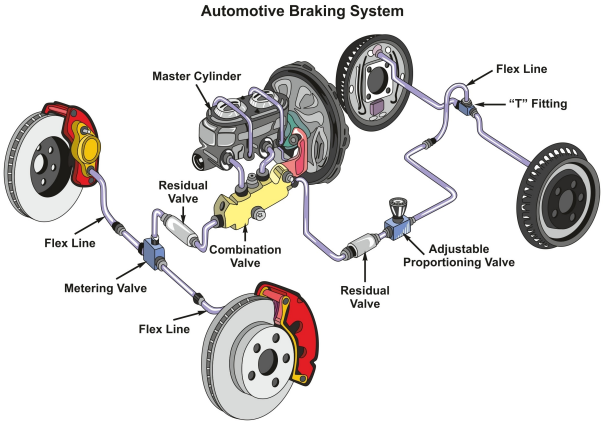
Automotive Braking System
Master Cylinder
Flex Line
"T" Fitting
Residual Valve
Flex Line
Combination Valve
Adjustable Proportioning Valve
Metering Valve
Residual Valve
Flex Line

CARTÃO RESPOSTA OFICIAL

VERSÃO: A

RA DO ALUNO

0	1	2	3
0	0	0	0
1	1	1	1
2	2	2	2
3	3	3	3
4	4	4	4
5	5	5	5
6	6	6	6
7	7	7	7
8	8	8	8
9	9	9	9

RESPOSTAS OBJETIVAS

1.	A	B	C	D	E
2.	A	B	C	D	E
3.	A	B	C	D	E
4.	A	B	C	D	E
5.	A	B	C	D	E

Faculdade de Americana (Fam)

Professor(a): Profa. Mariana C. P. Morillo

Disciplina: Termodinâmica _____

Curso: _____

Aluno(a): _____

RA: _____ Turma: _____ Data: _____

Nota

Instruções:

1. Use caneta preta ou azul. 2. Celulares desligados.

1. **(1.0 pontos)** Qual das equações abaixo representa a Primeira Lei da Termodinâmica para um sistema fechado, sabendo que Q é o calor transferido para o sistema, W é o trabalho realizado pelo sistema e ΔU é a variação da energia interna?

   A. $\Delta U = 0$

   B. $Q = W$

   C. $\Delta U = Q - W$

   D. $W = Q - \Delta U$

   E. $\Delta U = Q + W$

2. **(1.0 pontos)** sqsqsq

   q6.png

   A. q

   B. q

   C. q

   D. q

   E. q

3. **(1.0 pontos)**

   A. a

   B. a

   C. a

   D. a

   E. a

4. **(1.0 pontos)** eqeweqwewqqwe

   A. q

   B. eq

   C. w

   D. eeqewqe

   E. e

5. **(1.0 pontos)** dwdedwed

   A. eq

   B. e

   C. q

   D. w

   E. e

6. **(1.0 pontos)** "Determine a pressão no ponto A do manômetro em U mostrado na figura. Considere g=9,81m/s 2 e a densidade do mercúrio Hg

   =13600kg/m 3 ."

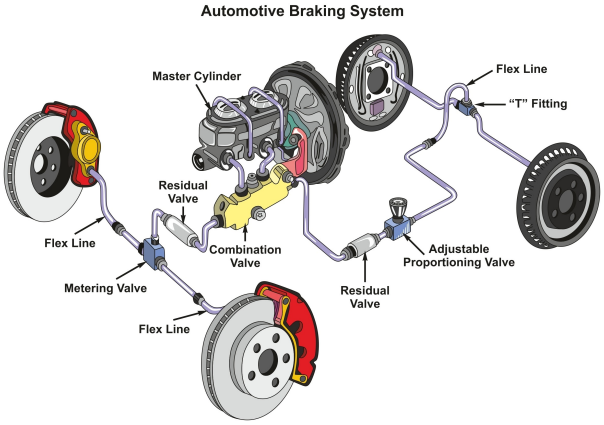
Automotive Braking System
Master Cylinder
Flex Line
"T" Fitting
Residual Valve
Flex Line
Combination Valve
Adjustable Proportioning Valve
Metering Valve
Residual Valve
Flex Line

CARTÃO RESPOSTA OFICIAL

VERSÃO: A

RA DO ALUNO

0	1	2	3
0	0	0	0
1	1	1	1
2	2	2	2
3	3	3	3
4	4	4	4
5	5	5	5
6	6	6	6
7	7	7	7
8	8	8	8
9	9	9	9

RESPOSTAS OBJETIVAS

1.	A	B	C	D	E
2.	A	B	C	D	E
3.	A	B	C	D	E
4.	A	B	C	D	E
5.	A	B	C	D	E

Faculdade de Americana (Fam)

Professor(a): Profa. Mariana C. P. Morillo

Disciplina: Termodinâmica _____

Curso: _____

Aluno(a): _____

RA: _____ Turma: _____ Data: _____

Nota

Instruções:

1. Use caneta preta ou azul. 2. Celulares desligados.

1. **(1.0 pontos)** Qual das equações abaixo representa a Primeira Lei da Termodinâmica para um sistema fechado, sabendo que Q é o calor transferido para o sistema, W é o trabalho realizado pelo sistema e ΔU é a variação da energia interna?

   A. $\Delta U = 0$

   B. $Q = W$

   C. $\Delta U = Q - W$

   D. $W = Q - \Delta U$

   E. $\Delta U = Q + W$

2. **(1.0 pontos)** sqsqsq

   q6.png

   A. q

   B. q

   C. q

   D. q

   E. q

3. **(1.0 pontos)**

   A. a

   B. a

   C. a

   D. a

   E. a

4. **(1.0 pontos)** eqeweqwewqqwe

   A. q

   B. eq

   C. w

   D. eeqewqe

   E. e

5. **(1.0 pontos)** dwdedwed

   A. eq

   B. e

   C. q

   D. w

   E. e

6. **(1.0 pontos)** "Determine a pressão no ponto A do manômetro em U mostrado na figura. Considere g=9,81m/s 2 e a densidade do mercúrio Hg

   =13600kg/m 3 ."

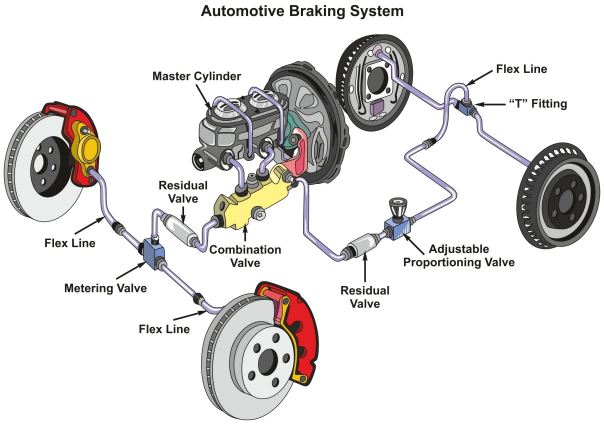
Automotive Braking System
Master Cylinder
Flex Line
"T" Fitting
Residual Valve
Flex Line
Combination Valve
Adjustable Proportioning Valve
Metering Valve
Residual Valve
Flex Line

CARTÃO RESPOSTA OFICIAL

VERSÃO: A

RA DO ALUNO

0	1	2	3
0	0	0	0
1	1	1	1
2	2	2	2
3	3	3	3
4	4	4	4
5	5	5	5
6	6	6	6
7	7	7	7
8	8	8	8
9	9	9	9

RESPOSTAS OBJETIVAS

1.	A	B	C	D	E
2.	A	B	C	D	E
3.	A	B	C	D	E
4.	A	B	C	D	E
5.	A	B	C	D	E

Faculdade de Americana (Fam)

Professor(a): Profa. Mariana C. P. Morillo

Disciplina: Termodinâmica _____

Curso: _____

Aluno(a): _____

RA: _____ Turma: _____ Data: _____

Nota

Instruções:
1. Use caneta preta ou azul. 2. Celulares desligados.

1. **(1.0 pontos)** Qual das equações abaixo representa a Primeira Lei da Termodinâmica para um sistema fechado, sabendo que Q é o calor transferido para o sistema, W é o trabalho realizado pelo sistema e ΔU é a variação da energia interna?
   A. $\Delta U = 0$
   B. $Q = W$
   C. $\Delta U = Q - W$
   D. $W = Q - \Delta U$
   E. $\Delta U = Q + W$

2. **(1.0 pontos)** sqsqsq

   q6.png

   A. q
   B. q
   C. q
   D. q
   E. q

3. **(1.0 pontos)**
   A. a
   B. a
   C. a
   D. a
   E. a

4. **(1.0 pontos)** eqeweqwewqqwe
   A. q
   B. eq
   C. w
   D. eeqewqe
   E. e

5. **(1.0 pontos)** dwdedwed
   A. eq
   B. e
   C. q
   D. w
   E. e

6. **(1.0 pontos)** "Determine a pressão no ponto A do manômetro em U mostrado na figura. Considere g=9,81m/s 2 e a densidade do mercúrio Hg

   =13600kg/m 3 ."

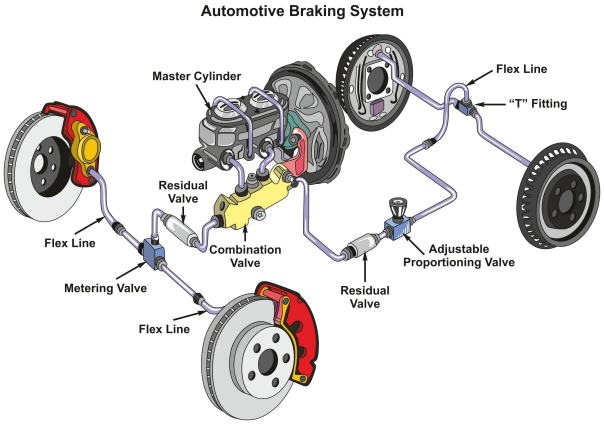
Automotive Braking System
Master Cylinder
Flex Line
"T" Fitting
Residual Valve
Flex Line
Combination Valve
Adjustable Proportioning Valve
Metering Valve
Residual Valve
Flex Line

CARTÃO RESPOSTA OFICIAL

VERSÃO: A

RA DO ALUNO

0	1	2	3
0	0	0	0
1	1	1	1
2	2	2	2
3	3	3	3
4	4	4	4
5	5	5	5
6	6	6	6
7	7	7	7
8	8	8	8
9	9	9	9

RESPOSTAS OBJETIVAS

1.	A	B	C	D	E
2.	A	B	C	D	E
3.	A	B	C	D	E
4.	A	B	C	D	E
5.	A	B	C	D	E

Faculdade de Americana (Fam)

Professor(a): Profa. Mariana C. P. Morillo

Disciplina: Termodinâmica _____

Curso: _____

Aluno(a): _____

RA: _____ Turma: _____ Data: _____

Nota

Instruções:

1. Use caneta preta ou azul. 2. Celulares desligados.

1. **(1.0 pontos)** Qual das equações abaixo representa a Primeira Lei da Termodinâmica para um sistema fechado, sabendo que Q é o calor transferido para o sistema, W é o trabalho realizado pelo sistema e ΔU é a variação da energia interna?

   A. $\Delta U = 0$

   B. $Q = W$

   C. $\Delta U = Q - W$

   D. $W = Q - \Delta U$

   E. $\Delta U = Q + W$

2. **(1.0 pontos)** sqsqsq

   q6.png

   A. q

   B. q

   C. q

   D. q

   E. q

3. **(1.0 pontos)**

   A. a

   B. a

   C. a

   D. a

   E. a

4. **(1.0 pontos)** eqeweqwewqqwe

   A. q

   B. eq

   C. w

   D. eeqewqe

   E. e

5. **(1.0 pontos)** dwdedwed

   A. eq

   B. e

   C. q

   D. w

   E. e

6. **(1.0 pontos)** "Determine a pressão no ponto A do manômetro em U mostrado na figura. Considere g=9,81m/s 2 e a densidade do mercúrio Hg

   =13600kg/m 3 ."

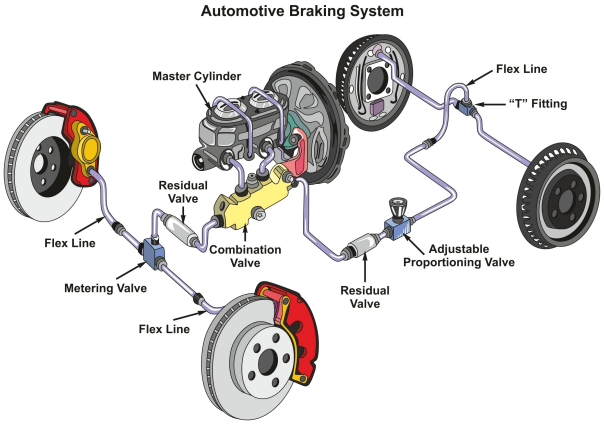
Automotive Braking System
Master Cylinder
Flex Line
"T" Fitting
Residual Valve
Flex Line
Combination Valve
Adjustable Proportioning Valve
Metering Valve
Residual Valve
Flex Line

CARTÃO RESPOSTA OFICIAL

VERSÃO: A

RA DO ALUNO

0	1	2	3
0	0	0	0
1	1	1	1
2	2	2	2
3	3	3	3
4	4	4	4
5	5	5	5
6	6	6	6
7	7	7	7
8	8	8	8
9	9	9	9

RESPOSTAS OBJETIVAS

1.	A	B	C	D	E
2.	A	B	C	D	E
3.	A	B	C	D	E
4.	A	B	C	D	E
5.	A	B	C	D	E

Faculdade de Americana (Fam)

Professor(a): Profa. Mariana C. P. Morillo

Disciplina: Termodinâmica _____

Curso: _____

Aluno(a): _____

RA: _____ Turma: _____ Data: _____

Nota

Instruções:

1. Use caneta preta ou azul. 2. Celulares desligados.

1. **(1.0 pontos)** Qual das equações abaixo representa a Primeira Lei da Termodinâmica para um sistema fechado, sabendo que Q é o calor transferido para o sistema, W é o trabalho realizado pelo sistema e ΔU é a variação da energia interna?

   A. $\Delta U = 0$

   B. $Q = W$

   C. $\Delta U = Q - W$

   D. $W = Q - \Delta U$

   E. $\Delta U = Q + W$

2. **(1.0 pontos)** sqsqsq

   q6.png

   A. q

   B. q

   C. q

   D. q

   E. q

3. **(1.0 pontos)**

   A. a

   B. a

   C. a

   D. a

   E. a

4. **(1.0 pontos)** eqeweqwewqqwe

   A. q

   B. eq

   C. w

   D. eeqewqe

   E. e

5. **(1.0 pontos)** dwdedwed

   A. eq

   B. e

   C. q

   D. w

   E. e

6. **(1.0 pontos)** "Determine a pressão no ponto A do manômetro em U mostrado na figura. Considere g=9,81m/s 2 e a densidade do mercúrio Hg

   =13600kg/m 3 ."

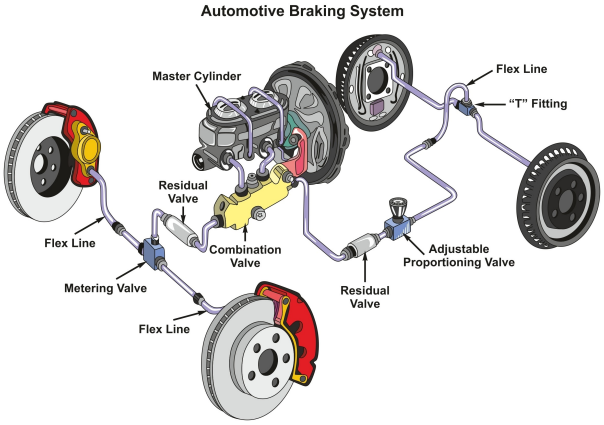
Automotive Braking System
Master Cylinder
Flex Line
"T" Fitting
Residual Valve
Flex Line
Combination Valve
Adjustable Proportioning Valve
Metering Valve
Residual Valve
Flex Line

CARTÃO RESPOSTA OFICIAL

VERSÃO: A

RA DO ALUNO

0	1	2	3
0	0	0	0
1	1	1	1
2	2	2	2
3	3	3	3
4	4	4	4
5	5	5	5
6	6	6	6
7	7	7	7
8	8	8	8
9	9	9	9

RESPOSTAS OBJETIVAS

1.	A	B	C	D	E
2.	A	B	C	D	E
3.	A	B	C	D	E
4.	A	B	C	D	E
5.	A	B	C	D	E

Faculdade de Americana (Fam)

Professor(a): Profa. Mariana C. P. Morillo

Disciplina: Termodinâmica _____

Curso: _____

Aluno(a): _____

RA: _____ Turma: _____ Data: _____

Nota

Instruções:

1. Use caneta preta ou azul. 2. Celulares desligados.

1. **(1.0 pontos)** Qual das equações abaixo representa a Primeira Lei da Termodinâmica para um sistema fechado, sabendo que Q é o calor transferido para o sistema, W é o trabalho realizado pelo sistema e ΔU é a variação da energia interna?

   A. $\Delta U = 0$

   B. $Q = W$

   C. $\Delta U = Q - W$

   D. $W = Q - \Delta U$

   E. $\Delta U = Q + W$

2. **(1.0 pontos)** sqsqsq

   q6.png

   A. q

   B. q

   C. q

   D. q

   E. q

3. **(1.0 pontos)**

   A. a

   B. a

   C. a

   D. a

   E. a

4. **(1.0 pontos)** eqeweqwewqqwe

   A. q

   B. eq

   C. w

   D. eeqewqe

   E. e

5. **(1.0 pontos)** dwdedwed

   A. eq

   B. e

   C. q

   D. w

   E. e

6. **(1.0 pontos)** "Determine a pressão no ponto A do manômetro em U mostrado na figura. Considere g=9,81m/s 2 e a densidade do mercúrio Hg

   =13600kg/m 3 ."

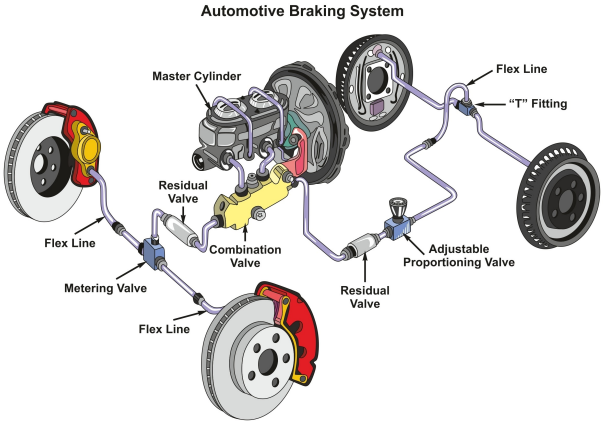
Automotive Braking System
Master Cylinder
Flex Line
"T" Fitting
Residual Valve
Flex Line
Combination Valve
Adjustable Proportioning Valve
Metering Valve
Residual Valve
Flex Line

CARTÃO RESPOSTA OFICIAL

VERSÃO: A

RA DO ALUNO

0	1	2	3
0	0	0	0
1	1	1	1
2	2	2	2
3	3	3	3
4	4	4	4
5	5	5	5
6	6	6	6
7	7	7	7
8	8	8	8
9	9	9	9

RESPOSTAS OBJETIVAS

1.	A	B	C	D	E
2.	A	B	C	D	E
3.	A	B	C	D	E
4.	A	B	C	D	E
5.	A	B	C	D	E

Faculdade de Americana (Fam)

Professor(a): Profa. Mariana C. P. Morillo

Disciplina: Termodinâmica _____

Curso: _____

Aluno(a): _____

RA: _____ Turma: _____ Data: _____

Nota

Instruções:

1. Use caneta preta ou azul. 2. Celulares desligados.

1. **(1.0 pontos)** Qual das equações abaixo representa a Primeira Lei da Termodinâmica para um sistema fechado, sabendo que Q é o calor transferido para o sistema, W é o trabalho realizado pelo sistema e ΔU é a variação da energia interna?

   A. $\Delta U = 0$

   B. $Q = W$

   C. $\Delta U = Q - W$

   D. $W = Q - \Delta U$

   E. $\Delta U = Q + W$

2. **(1.0 pontos)** sqsqsq

   q6.png

   A. q

   B. q

   C. q

   D. q

   E. q

3. **(1.0 pontos)**

   A. a

   B. a

   C. a

   D. a

   E. a

4. **(1.0 pontos)** eqeweqwewqqwe

   A. q

   B. eq

   C. w

   D. eeqewqe

   E. e

5. **(1.0 pontos)** dwdedwed

   A. eq

   B. e

   C. q

   D. w

   E. e

6. **(1.0 pontos)** "Determine a pressão no ponto A do manômetro em U mostrado na figura. Considere g=9,81m/s 2 e a densidade do mercúrio Hg

   =13600kg/m 3 ."

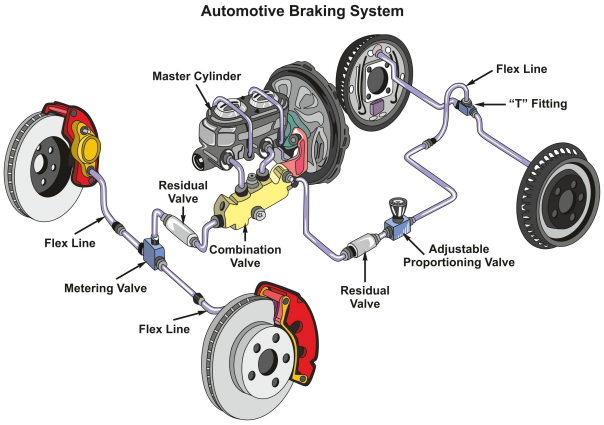
Automotive Braking System
Master Cylinder
Flex Line
"T" Fitting
Residual Valve
Flex Line
Combination Valve
Adjustable Proportioning Valve
Metering Valve
Residual Valve
Flex Line

CARTÃO RESPOSTA OFICIAL

VERSÃO: A

RA DO ALUNO

0	1	2	3
0	0	0	0
1	1	1	1
2	2	2	2
3	3	3	3
4	4	4	4
5	5	5	5
6	6	6	6
7	7	7	7
8	8	8	8
9	9	9	9

RESPOSTAS OBJETIVAS

1.	A	B	C	D	E
2.	A	B	C	D	E
3.	A	B	C	D	E
4.	A	B	C	D	E
5.	A	B	C	D	E